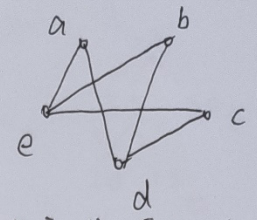
学号：18020031076　姓名：王嘉骏　18计算机科学与技术　王志刚

一.1. 解：度序列可化为 $(2,1,1,2) \Leftrightarrow (2,2,1,1) \Leftrightarrow (1,0,1) \Leftrightarrow (1,1)$

因此可以简单图化，一种简单图

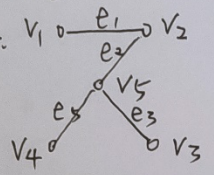


2. 解 (1) G_1的点连通度 $k(G_1)=2$　最小点割集：$\{v_2, v_5\}$

(2) G_1的边连通度 $\lambda(G_1)=2$　最小边割集：$\{(v_2,v_3),(v_3,v_5)\}$

(3) $c(G_1)=4$，$g(G_1)=3$，$d(G_1)=2$

3. 解：(1)：生成树：



(2) 共有7颗不同的生成树.

(3) C基为：$C_{e_6}=e_1e_2e_6$，$C_{e_4}=e_3e_4e_5$　$C_{e_4}\oplus C_{e_6}=C_{e_4}\cup C_{e_6}$

故 $C_{环}=\{\emptyset, C_{e_6}, C_{e_4}, C_{e_6}\cup C_{e_4}\}$ 共4个元素.

(4) 基本割集系统：$S_{e_1}=\{e_1,e_6\}$　$S_{e_2}=\{e_2,e_6\}$

$S_{e_3}=\{e_3,e_4\}$　$S_{e_4}=S_{e_5}=\{e_4,e_5\}$

$S_{e_1}\oplus S_{e_2}=\{e_1,e_2\}$　$S_{e_1}\oplus S_{e_3}=\{e_1,e_3,e_4,e_6\}$

$S_{e_1}\oplus S_{e_5}=\{e_1,e_4,e_5,e_6\}$　$S_{e_2}\oplus S_{e_3}=\{e_2,e_3,e_4,e_6\}$

$S_{e_2}\oplus S_{e_5}=\{e_2,e_4,e_5,e_6\}$　$S_{e_3}\oplus S_{e_5}=\{e_3,e_5\}$

$S_{e_1}\oplus S_{e_2}\oplus S_{e_3}=\{e_1,e_2,e_3,e_4\}$

$S_{e_1}\oplus S_{e_2}\oplus S_{e_5}=\{e_1,e_2,e_4,e_5\}$

$S_{e_2}\oplus S_{e_3}\oplus S_{e_5}=\{e_2,e_3,e_5,e_6\}$　$S_{e_1}\oplus S_{e_3}\oplus S_{e_5}=\{e_1,e_3,e_5,e_6\}$

$S_{e_1}\oplus S_{e_2}\oplus S_{e_3}\oplus S_{e_5}=\{e_1,e_2,e_3,e_5\}$

故 断集空间 $S_{断}=\{\emptyset, S_{e_1}, S_{e_2}, S_{e_3}, S_{e_5}, S_{e_1}\oplus S_{e_2}, S_{e_1}\oplus S_{e_3}, S_{e_1}\oplus S_{e_5}, S_{e_2}\oplus S_{e_3}, S_{e_2}\oplus S_{e_5}, S_{e_3}\oplus S_{e_5}, S_{e_1}\oplus S_{e_2}\oplus S_{e_3}, S_{e_1}\oplus S_{e_3}\oplus S_{e_5}, S_{e_1}\oplus S_{e_2}\oplus S_{e_5}, S_{e_2}\oplus S_{e_3}\oplus S_{e_5}, S_{e_1}\oplus S_{e_2}\oplus S_{e_3}\oplus S_{e_5}\}$

共16个元素

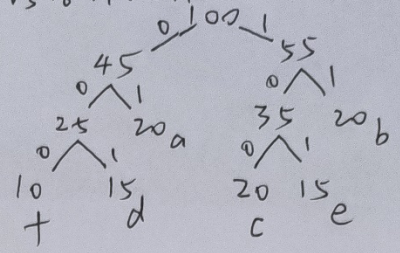
2020/5/18　11:54

王嘉骏 18020031076

4. 解：(1) G_3 最大度为3，V_3 出度为3，V_3 邻域 $N_G(V_3)=\{V_1,V_6,V_7\}$

(2) $V_1V_2V_4V_8V_9V_5V_{10}V_3V_6V_7V_{11}V_{12}$

5. 解：最优二叉树为



编码：

a：01　　d：001

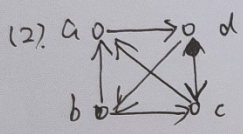
b：11　　e：101

c：100　　十：000

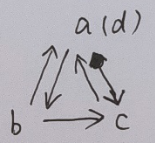
平均码字长度为 $20\%\times2+20\%\times2+20\%\times3+15\%\times3+15\%\times3+10\%\times3=2.6$

6. 解：(1) $m=n\cdot(n-1)/2$

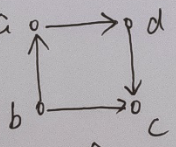
(2)



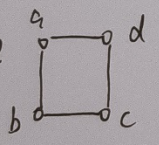
(3) 合并 a d 后的结果：



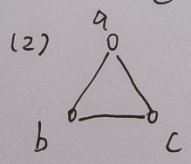
(4) 生成子图：



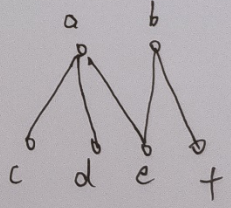
7. 解：(1)



(2)



(3)



二. 1. 解：$p(G-E_1)\neq p(G-E_2)$

原因：割集一定是断集，断集不一定是割集。

由于其可满足连通分支数增加，但不一定极小。

2. 解：(1) 其所走路线为欧拉回路即可。由于欧拉回路为经过所有边一次仅一次，走完所有顶点的回路。经分析，本题中无欧拉回路。由于不满足图为若干不交图的并。

因此 e_5,e_6,e_8,e_4,e_1 要重复行走 ~~如路线不变~~

2020/5/18 11:54

王嘉骏 18020031076

$e_1\ e_7\ e_6\ e_4\ e_3\ e_{11}\ e_{10}\ e_8\ e_6\ e_4\ e_2\ e_1$

(2). 满足题意即为一条哈密顿回路. 由于哈密顿回路可行遍图中每个顶点一次且仅一次并回到起点. 经分析, $e_1\ e_7\ e_6\ e_4\ e_3\ e_{11}\ e_{10}\ e_9$ 满足题意.

3. 二部图: 一个无向图为二部图当且仅当G中无奇圈.

欧拉图: 其充分必要条件为 欧拉图为若干个边不交的圈的并.

哈密顿图: 强连通的竞赛图为哈密顿图. 可用圈(扩大路径法)证明

无向树: 无向树中不含圈.

4. 无向树: G中无圈且 $m=n-1$

有向树: 其基图为树. 且其为有向图.

根树: T为平凡树或T中有一个顶点入度为0, 其余入度均为1

5. G_5 与 G_6 不同构. 由于①G_5 中 u_2 入度为2, 出度为3

G_6 中 v_3 入度为3, 出度为2, 无映射存在.

②结点数与边数相同. 但入度总数二者不相同.

三. 1. p.t: 假设G中不含圈. G有n个顶点 m条边. 则 $m=n-1$

由于不含奇度顶点. 故 $\sum_{i=1}^{n} d(v_i) = 2m = 2(n-1) \leq 2n$.

故G中一定含有圈.

2. ($n \geq 3$)

p.t: 假设 $m < \frac{3n}{2}$ 即 $2m < 3n$ 即G中存在某顶点度数小于3.

由于G为哈密顿连通图. 故经过每个顶点仅一次且回到起点.

假设某顶点 v_0 度数为2. 则去掉 v_0 后连通分支数增加

(可理解为 v_0 为图G的割点) 故此时不满足每个不相邻顶点

间连通. 与题设矛盾. 因此 $m \geq 3n/2$

2020/5/18 11:54

王嘉毅 18020031076

3. P十: 假设(改)在在-个顶点为割点. 设该点为V_0.

现在图中由扩大路径法找到最长路径 $V_1 V_2 \cdots V_s$.

则除V_0外全为割点. 任取割点 V_r ($r<s$)

则由题知 $p(G-V_0)=p(G)$ 即删去V_0后仍连通.

故G的任-生成树T中, V_0在某-树枝上. 而$p(G-V_0-V_r)$

$>p(G)$. 无法找到生成树T' 故 V_r亦为非割点.

因此 $n(n\geq 2)$阶简单连通图中至少两个顶点非割点.

III. 解: 可以在冗余链路中添加若干检测节点.

当从检测结点转发信息后, 仍可接收自身的信息.

则证明某冗余链路中存在环路.

此时可以更换冗余链路. 或将环路断开, 以避免网络瘫痪.

2020/5/18 11:54